
محاضره الاحصاء الرابعه PDF



امه الطلبه	ك	ك٪
ذكور	١٠	٥٠٪
اناث	١٠	٥٠٪
	٢٠	١٠٠٪

التوزيع العددي

مقاييس النزعة المركزية (المتوسطات)

① المنوال

② الوسط الحسابي

$$\Sigma(x-\bar{x}) = \text{صفر}$$

③ الوسط الحسابي المرجح

$$\bar{x}_w = \frac{\Sigma wx}{\Sigma w}$$

④ الوسط الهندسي G

⑤ الوسط التوافقي H

$$H < G < \bar{x}$$

⑥ الوسيط


① ترتيب البيانات ترتيب تصاعدي او تنازلي

② رتبة الوسيط = $\frac{ن+1}{2}$

اذا كان ن عدد فردي ← قيمة الوسيط هي احد القيم الناتجة

ن عدد زوجي ← قيمة الوسيط القيمة الوسطية بين القيمتين

⑦ الربعات



رتبة الربيع الاول = $\frac{ن+1}{4}$

رتبة الربيع الثالث = $3 \times \frac{ن+1}{4}$

العلاقة بين المنوال والوسط الحسابي والوسيط

الوسط الحسابي − المنوال = ٣ (الوسيط − الوسط الحسابي)

الوسط الحسابي = الوسيط = المنوال ← البيانات متماثلة

$\bar{x}$ > ر٢ > المنوال ← ملتوية لليمين

$\bar{x}$ < ر٢ < المنوال ← ملتوية لليسار

التباين في حالة العينة

$$\sigma^2 = \frac{\Sigma(X - \bar{X})^2}{n-1}$$

$$\bar{X} = \frac{\Sigma X}{n}$$

الانحراف المعياري = $\pm\sqrt{\text{التباين}}$

$$\text{الانحراف المعياري} = \sqrt{4} = \pm 2$$

$$(-2)^2 = (+2)^2 = 4$$

$$\sigma^2 = \frac{\Sigma(x-\bar{x})^2}{n-1}$$

$$= \frac{\Sigma x^2 - n\bar{x}^2}{n-1}$$

$\Sigma x = ?$

$\Sigma x^2 = ?$

$\Sigma (x-\bar{x})^2 = ?$

مثلة الثانية وأخيراً تقدموجسم أدمانية للصنع

واصبر

4, 4, 4, 4, 4, 4

اذا كانت البيانات التالية للمتغير X

17 , 22 , 12, 15, 21, 33

اوجد الانحراف المعياري للبيانات

عدد المشاهدات $n = 6$

$$\Sigma X = 17 + 22 + 12 + 15 + 21 + 33 = 120$$

$$\bar{X} = \frac{\Sigma X}{n} = \frac{120}{6} = 20$$

$$\sigma^2 = \frac{\Sigma (X - \bar{X})^2}{n-1}$$

X	$\bar{x}$	$X - \bar{X}$	$(X - \bar{X})^2$
17		-3	9
22		2	4
12	20	-8	64
15		-5	25
21		1	1
33		13	169
Σ		صفر	272

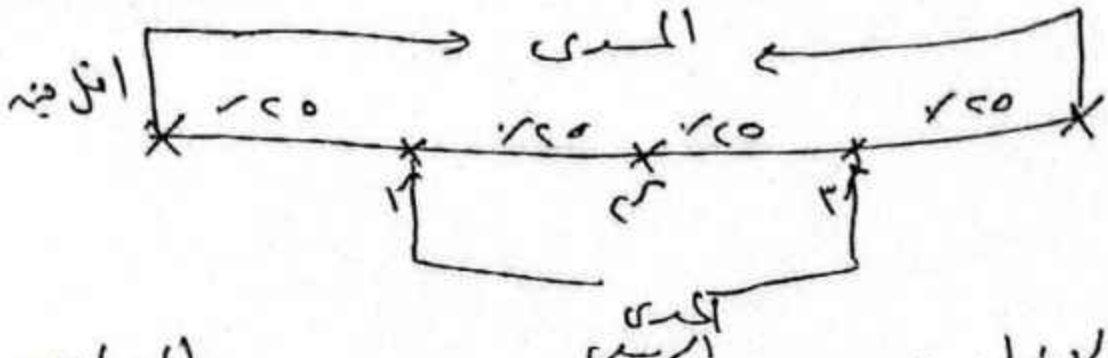
$$\sigma^2 = \frac{272}{5} = 54.4$$

$$\sigma = \pm\sqrt{54.4} = 7.37$$

مقاييس التشتت

① المدى = القيمة العظمى - القيمة الصغرى

② المدى الربيعي = الربيع الثالث - الربيع الأول



③ الانحراف الربيعي (نصف المدى الربيعي) = $\frac{\text{المدى الربيعي}}{2}$

ضروري واجب

اختر أحد الطلاب الدرجات التالية من 5 اختبارات قصيرة

9 و 8 و 6 و 4 و 8

ما المطلوب ① حدد نوع المتغير محل الدراسة
② حساب الوسط الحسابي والتعقيب عليه
③ حساب الوسيط والمنوال
④ تحديد المنوال
⑤ حساب الوسط الهندسي والتوافقي
⑥ حدد العلاقة بين الوسط الحسابي والهندسي والتوافقي
⑦ أوجد المدى والمدى الربيعي والانحراف الربيعي
⑧ أوجد التباين والانحراف المعياري
⑨ ارسم شكل الصندوق للانحراف
⑩ معامل الالتواء بيرسون

معامل الالتواء (بيرسون)

$$\text{معامل الالتواء} = \frac{3(\text{الوسط} - \text{الوسيط})}{\text{الانحراف المعياري}}$$

- صفر ← تماثل
- أكبر من الصفر ← ملتوي موجب
- أقل من الصفر ← ملتوي سالب